2015年全国硕士研究生入学统一考试
计算机科学与技术学科联考计算机学科专业基础综合试题

一、单项选择题（第1～40小题，每小题2分，共80分。下列每题给出的四个选项中，只有一个选项最符合试题要求）

1．已知程序如下：

```
int S(int n)
{  return (n<=0)?0:s(n-1)+n;}
void main()
{   cout<< S(1);}
```

程序运行时使用栈来保存调用过程的信息，自栈底到栈顶保存的信息依次对应的是_____。

A．main()→S(1)→S(0)　　B．S(0)→S(1)→main()

C．main()→S(0)→S(1)　　D．S(1)→S(0)→main()

2．先序序列为a, b, c, d的不同二叉树的个数是_____。

A．13　　B．14　　C．15　　D．16

3．下列选项给出的是从根分别到达两个叶结点路径上的权值序列，能属于同一棵哈夫曼树的是_____。

A．24, 10, 5和24, 10, 7　　B．24, 10, 5和24, 12, 7

C．24, 10, 10和24, 14, 11　　D．24, 10, 5和24, 14, 6

4．现有一棵无重复关键字的平衡二叉树（AVL树），对其进行中序遍历可得到一个降序序列。下列关于该平衡二叉树的叙述中，正确的是_____。

A．根结点的度一定为2　　B．树中最小元素一定是叶结点

C．最后插入的元素一定是叶结点　　D．树中最大元素一定是无左子树

5．设有向图G = (V, E)，顶点集V = $\{v_0,v_1,v_2,v_3\}$，边集E = $\{<v_0,v_1>, <v_0,v_2>, <v_0,v_3>, <v_1,v_3>\}$。若从顶点$V_0$开始对图进行深度优先遍历，则可能得到的不同遍历序列个数是_____。

A．2　　B．3　　C．4　　D．5

6．求下面带权图的最小（代价）生成树时，可能是克鲁斯卡（Kruskal）算法第2次选中但不是普里姆（Prim）算法（从V_4开始）第2次选中的边是_____。

A．(V_1,V_3)　　B．(V_1,V_4)　　C．(V_2,V_3)　　D．(V_3,V_4)

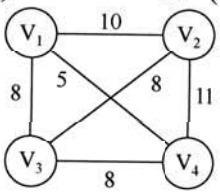

7．下列选项中，不能构成折半查找中关键字比较序列的是_____。

关注“计算机考研408”公众号获取更多学习资料

A．500, 200, 450, 180　　B．500, 450, 200, 180

C．180, 500, 200, 450　　D．180, 200, 500, 450

8．已知字符串 S 为“abaabaabacacaabaabcc”，模式串 t 为“abaabc”。采用 KMP 算法进行匹配，第一次出现“失配”（s[i] ≠ t[j]）时，i = j = 5，下次开始匹配时，i 和 j 的值分别是_____。

A．i = 1, j = 0　　B．i = 5, j = 0　　C．i = 5, j = 2　　D．i = 6, j = 2

9．下列排序算法中，元素的移动次数与关键字的初始排列次序无关的是_____。

A．直接插入排序　　B．起泡排序　　C．基数排序　　D．快速排序

10．已知小根堆为 8, 15, 10, 21, 34, 16, 12，删除关键字 8 之后需重建堆，在此过程中，关键字之间的比较次数是_____。

A．1　　B．2　　C．3　　D．4

11．希尔排序的组内排序采用的是_____。

A．直接插入排序　　B．折半插入排序　　C．快速排序　　D．归并排序

12．计算机硬件能够直接执行的是_____。

I．机器语言程序　　II．汇编语言程序　　III．硬件描述语言程序

A．仅 I　　B．仅 I、II

C．仅 I、III　　D．I、II、III

13．由 3 个“1”和 5 个“0”组成的 8 位二进制补码，能表示的最小整数是_____。

A．-126　　B．-125　　C．-32　　D．-3

14．下列有关浮点数加减运算的叙述中，正确的是_____。

I. 对阶操作不会引起阶码上溢或下溢

II. 右规和尾数舍入都可能引起阶码上溢

III. 左规时可能引起阶码下溢

IV. 尾数溢出时，结果不一定溢出

A．仅 II、III　　B．仅 I、II、IV　　C．仅 I、III、IV　　D．I、II、III、IV

15．假定主存地址为 32 位，按字节编址，主存和 Cache 之间采用直接映射方式，主存块大小为 4 个字，每字 32 位，采用回写（Write Back）方式，则能存放 4K 字数据的 Cache 的总容量的位数至少是_____。

A．146k　　B．147K　　C．148K　　D．158K

16．假定编译器将赋值语句“x = x + 3;”转换为指令“add xaddr, 3”，其中 xaddr 是 x 对应的存储单元地址。若执行该指令的计算机采用页式虚拟存储管理方式，并配有相应的 TLB，且 Cache 使用直写（Write Through）方式，则完成该指令功能需要访问主存的次数至少是_____。

A．0　　B．1　　C．2　　D．3

17．下列存储器中，在工作期间需要周期性刷新的是_____。

A．SRAM　　B．SDRAM　　C．ROM　　D．FLASH

18．某计算机使用 4 体交叉编址存储器，假定在存储器总线上出现的主存地址（十进制）序列为 8005, 8006, 8007, 8008, 8001, 8002, 8003, 8004, 8000，则可能发生访存冲突的地址对是_____。

A．8004 和 8008　　B．8002 和 8007

C．8001 和 8008　　D．8000 和 8004

19．下列有关总线定时的叙述中，错误的是_____。

A．异步通信方式中，全互锁协议最慢

关注“计算机考研408”公众号获取更多学习资料

B．异步通信方式中，非互锁协议的可靠性最差

C．同步通信方式中，同步时钟信号可由各设备提供

D．半同步通信方式中，握手信号的采样由同步时钟控制

20．若磁盘转速为7200rpm，平均寻道时间为8ms，每个磁道包含1000个扇区，则访问一个扇区的平均存取时间大约是_____。

A．8.1ms　　B．12.2ms　　C．16.3ms　　D．20.5ms

21．在采用中断I/O方式控制打印输出的情况下，CPU和打印控制接口中的I/O端口之间交换的信息不可能是_____。

A．打印字符　　B．主存地址　　C．设备状态　　D．控制命令

22．内部异常（内中断）可分为故障（fault）、陷阱（trap）和终止（abort）三类。下列有关内部异常的叙述中，错误的是_____。

A．内部异常的产生与当前执行指令相关

B．内部异常的检测由CPU内部逻辑实现

C．内部异常的响应发生在指令执行过程中

D．内部异常处理后返回到发生异常的指令继续执行

23．处理外部中断时，应该由操作系统保存的是_____。

A．程序计数器（PC）的内容　　B．通用寄存器的内容

C．块表（TLB）中的内容　　D．Cache中的内容

24．假定下列指令已装入指令寄存器，则执行时不可能导致CPU从用户态变为内核态（系统态）的是_____。

A．DIV R0, R1　　; (R0)/(R1)→R0

B．INT n　　; 产生软中断

C．NOT R0　　; 寄存器R0的内容取非

D．MOV R0, addr　　; 把地址addr处的内存数据放入寄存器R0中

25．下列选项中，会导致进程从执行态变为就绪态的事件是。

A．执行P(wait)操作　　B．申请内存失败

C．启动I/O设备　　D．被高优先级进程抢占

26．若系统S1采用死锁避免方法，S2采用死锁检测方法。下列叙述中，正确的是_____。

I．S1会限制用户申请资源的顺序，而S2不会

II．S1需要进程运行所需资源总量信息，而S2不需要

III．S1不会给可能导致死锁的进程分配资源，而S2会

A．仅I、II　　B．仅II、III

C．仅I、III　　D．I、II、III

27．系统为某进程分配了4个页框，该进程已访问的页号序列为2, 0, 2, 9, 3, 4, 2, 8, 2, 4, 8, 4, 5。若进程要访问的下一页的页号为7，依据LRU算法，应淘汰页的页号是_____。

A．2　　B．3　　C．4　　D．8

28．在系统内存中设置磁盘缓冲区的主要目的是_____。

A．减少磁盘I/O次数　　B．减少平均寻道时间

C．提高磁盘数据可靠性　　D．实现设备无关性

29．在文件的索引结点中存放直接索引指针10个，一级和二级索引指针各1个。磁盘块大小为1KB，每个索引指针占4字节。若某文件的索引结点已在内存中，则把该文件偏移量（按

关注“计算机考研408”公众号获取更多学习资料

字节编址）为 1234 和 307400 处所在的磁盘块读入内存，需访问的磁盘块个数分别是_____。

A．1, 2　　B．1, 3　　C．2, 3　　D．2, 4

30．在请求分页系统中，页面分配策略与页面置换策略不能组合使用的是_____。

A．可变分配，全局置换　　B．可变分配，局部置换

C．固定分配，全局置换　　D．固定分配，局部置换

31．文件系统用位图法表示磁盘空间的分配情况，位图存于磁盘的 32～127 号块中，每个盘块占 1024 字节，盘块和块内字节均从 0 开始编号。假设要释放的盘块号为 409612，则位图中要修改的位所在的盘块号和块内字节序号分别是_____。

A．81、1　　B．81、2　　C．82、1　　D．82、2

32．某硬盘有 200 个磁道（最外侧磁道号为 0），磁道访问请求序列为 130, 42, 180, 15, 199，当前磁头位于第 58 号磁道并从外侧向内侧移动。按照 SCAN 调度方法处理完上述请求后，磁头移过的磁道数是_____。

A．208　　B．287　　C．325　　D．382

33．通过 POP3 协议接收邮件时，使用的传输层服务类型是_____。

A．无连接不可靠的数据传输服务　　B．无连接可靠的数据传输服务

C．有连接不可靠的数据传输服务　　D．有连接可靠的数据传输服务

34．使用两种编码方案对比特流 01100111 进行编码的结果如下图所示，编码 1 和编码 2 分别是_____。

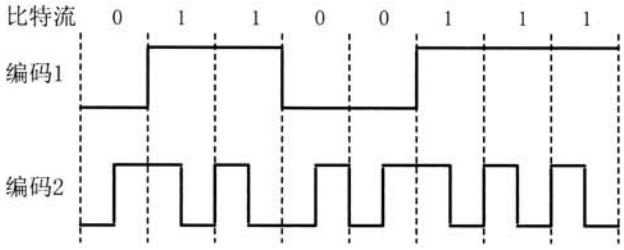

A．NRZ 和曼彻斯特编码　　B．NRZ 和差分曼彻斯特编码

C．NRZI 和曼彻斯特编码　　D．NRZI 和差分曼彻斯特编码

35．主机甲通过 128kbps 卫星链路，采用滑动窗口协议向主机乙发送数据，链路单向传播延迟为 250ms，帧长为 1000 字节。不考虑确认帧的开销，为使链路利用率不小于 80%，帧序号的比特数至少是_____。

A．3　　B．4　　C．7　　D．8

36．下列关于 CSMA/CD 协议的叙述中，错误的是_____。

A．边发送数据帧，边检测是否发生冲突

B．适用于无线网络，以实现无线链路共享

C．需要根据网络跨距和数据传输速率限定最小帧长

D．当信号传播延迟趋近 0 时，信道利用率趋近 100%

37．下列关于交换机的叙述中，正确的是_____。

A．以太网交换机本质上是一种多端口网桥

B．通过交换机互连的一组工作站构成一个冲突域

C．交换机每个端口所连网络构成一个独立的广播域

D．以太网交换机可实现采用不同网络层协议的网络互联

38．某路由器的路由表如下表所示。

关注“计算机考研408”公众号获取更多学习资料

目的网络	下一跳	接口
169.96.40.0/23	176.1.1.1	S1
169.96.40.0/25	176.2.2.2	S2
169.96.40.0/27	176.3.3.3	E3
0.0.0.0/0	176.4.4.4	E4

若路由器收到一个目的地址为 169.96.40.5 的 IP 分组，则转发该 IP 分组的接口是_____。

A．S1　　B．S2　　C．S3　　D．S4

39．主机甲和主机乙新建一个 TCP 连接，甲的拥塞控制初始阈值为 32KB，甲向乙始终以 MSS = 1KB 大小的段发送数据，并一直有数据发送；乙为该连接分配 16KB 接收缓存，并对每个数据段进行确认，忽略段传输延迟。若乙收到的数据全部存入缓存，不被取走，则甲从连接建立成功时刻起，未发送超时的情况下，经过 4 个 RTT 后，甲的发送窗口是_____。

A．1KB　　B．8KB　　C．16KB　　D．32KB

40．某浏览器发出的 HTTP 请求报文如下：

```
GET /index.html HTTP/1.1
Host: www.test.edu.cn
Connection: Close
Cookie: 123456
```

下列叙述中，错误的是_____。

A．该浏览器请求浏览 index.html

B．Index.html 存放在 www.test.edu.cn 上

C．该浏览器请求使用持续连接

D．该浏览器曾经浏览过 www.test.edu.cn

二、综合应用题（第 41～47 小题，共 70 分）

41．（15 分）用单链表保存 m 个整数，结点的结构为[data][link]，且|data|≤n（n 为正整数）。现要求设计一个时间复杂度尽可能高效的算法，对于链表中 data 的绝对值相等的结点，仅保留第一次出现的结点而删除其余绝对值相等的结点。例如，若给定的单链表 HEAD 如下：

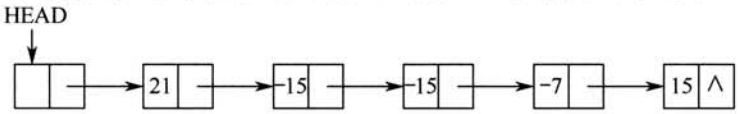

则删除结点后的 HEAD 为

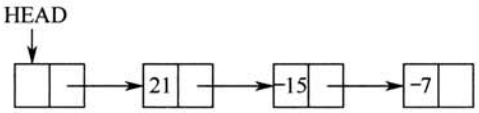

要求：

1）给出算法的基本设计思想。

2）使用 C 或 C++语言，给出单链表结点的数据类型定义。

3）根据设计思想，采用 C 或 C++语言描述算法，关键之处给出注释。

4）说明你所设计算法的时间复杂度和空间复杂度。

42．（8 分）已知含有 5 个顶点的图 G 如下图所示。

关注“计算机考研408”公众号获取更多学习资料

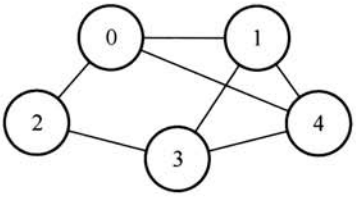

请回答下列问题：

1）写出图 G 的邻接矩阵 A（行、列下标从 0 开始）。

2）求 A^2，矩阵 A^2 中位于 0 行 3 列元素值的含义是什么？

3）若已知具有 n（$n\geqslant 2$）个顶点的图的邻接矩阵为 B，则 B^m（$2\leqslant m\leqslant n$）中非零元素的含义是什么？

43.（13 分）某 16 位计算机的主存按字节编码，存取单位为 16 位；采用 16 位定长指令字格式；CPU 采用单总线结构，主要部分如下图所示。图中 R0～R3 为通用寄存器；T 为暂存器；SR 为移位寄存器，可实现直送（mov）、左移一位（left）和右移一位（right）3 种操作，控制信号为 SRop，SR 的输出由信号 SRout 控制；ALU 可实现直送 A（mova）、A 加 B（add）、A 减 B（sub）、A 与 B（and）、A 或 B（or）、非 A（not）和 A 加 1（inc）7 种操作，控制信号为 ALUop。

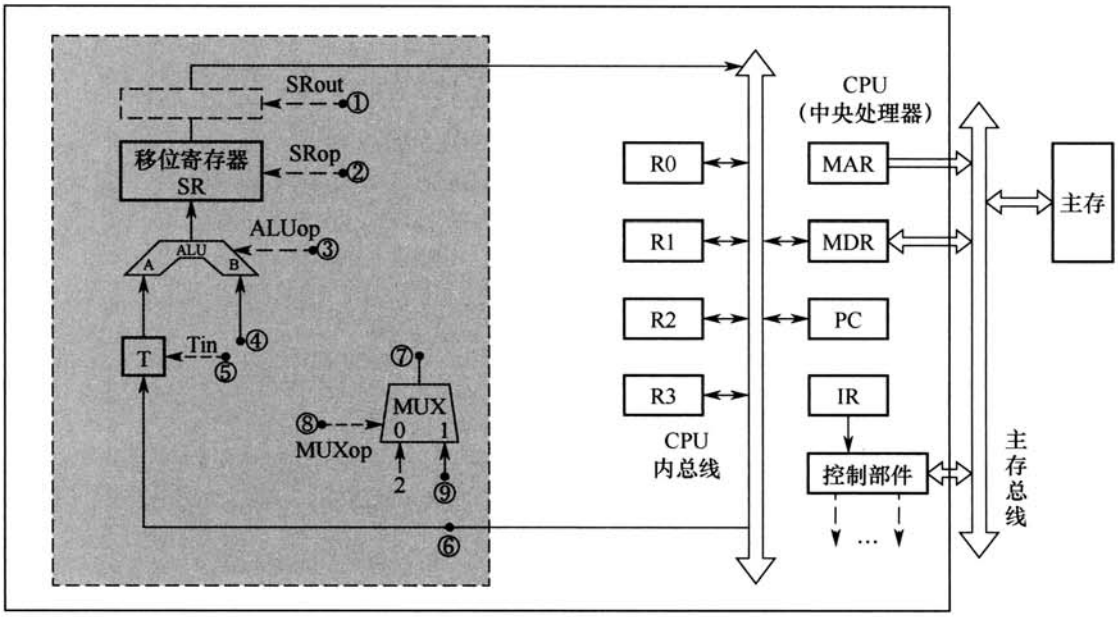

请回答下列问题。

1）图中哪些寄存器是程序员可见的？为何要设置暂存器 T？

2）控制信号 ALUop 和 SRop 的位数至少各是多少？

3）控制信号 SRout 所控制部件的名称或作用是什么？

4）端点①～⑨中，哪些端点须连接到控制部件的输出端？

5）为完善单总线数据通路，需要在端点①～⑨中相应的端点之间添加必要的连线。写出连线的起点和终点，以正确表示数据的流动方向。

6）为什么二路选择器 MUX 的一个输入端是 2？

44.（10 分）题 43 中描述的计算机，其部分指令执行过程的控制信号如题 44 图 a 所示。

关注“计算机考研408”公众号获取更多学习资料

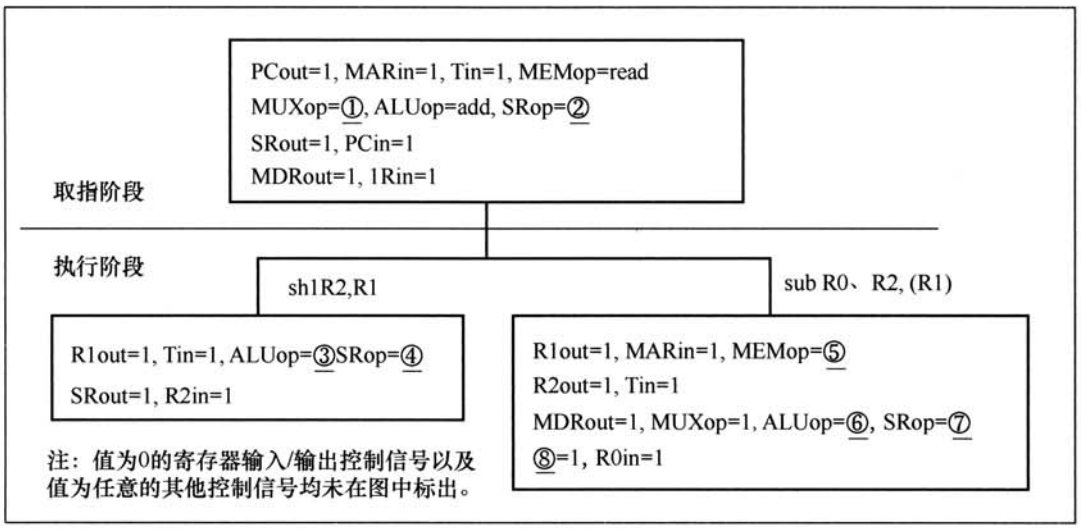

题 44 图 a　部分指令控制信号

该机指令格式如题 44 图 b 所示，支持寄存器直接和寄存器间接两种寻址方式，寻址方式位分别为 0 和 1，通用寄存器 R0～R3 的编号分别为 0、1、2 和 3。

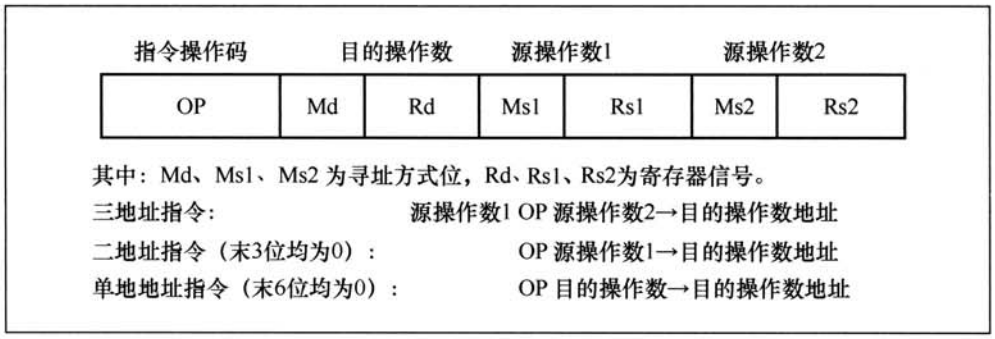

题 44 图 b　指令格式

请回答下列问题。

1）该机的指令系统最多可定义多少条指令？

2）若 inc、shl 和 sub 指令的操作码分别为 01H、02H 和 03H，则以下指令对应的机器代码各是什么？

```
inc  R1              ;  R1 + 1→R1
shl  R2,R1           ;  (R1) << 1→R2
sub  R3, (R1),R2     ;  ((R1)) - (R2) → R3
```

3）假设寄存器 X 的输入和输出控制信号分别为 Xin 和 Xout，其值为 1 表示有效，为 0 表示无效（如 PCout = 1 表示 PC 内容送总线）；存储器控制信号为 MEMop，用于控制存储器的读（read）和写（write）操作。写出题图 a 中标号①～⑧处的控制信号或控制信号的取值。

4）指令“sub R1, R3, (R2)”和“inc R1”的执行阶段至少各需要多少个时钟周期？

45.（9 分）有 A、B 两人通过信箱进行辩论，每个人都从自己的信箱中取得对方的问题。将答案和向对方提出的新问题组成一个邮件放入对方的邮箱中。假设 A 的信箱最多放 M 个邮件，B 的信箱最多放 N 个邮件。初始时 A 的信箱中有 x 个邮件（$0<x<M$），B 的信箱中有 y 个（$0<y<N$）。辩论者每取出一个邮件，邮件数减 1。A 和 B 两人的操作过程描述如下：

关注“计算机考研408”公众号获取更多学习资料

CoBegin

A{
while(TRUE){
从 A 的信箱中取出一个邮件；
回答问题并提出一个新问题；
将新邮件放入 B 的信箱；
}
}
	B{
	while(TRUE){
	从 B 的信箱中取出一个邮件；
	回答问题并提出一个新问题；
	将新邮件放入 A 的信箱；
	}
	}

CoEnd

当信箱不为空时，辩论者才能从信箱中取邮件，否则需要等待。当信箱不满时，辩论者才能将新邮件放入信箱，否则需要等待。请添加必要的信号量和 P、V（或 wait、signal）操作，以实现上述过程的同步。要求写出完整过程，并说明信号量的含义和初值。

46.（6 分）某计算机系统按字节编址，采用二级页表的分页存储管理方式，虚拟地址格式如下所示：

10 位	10 位	12 位
页目录号	页表索引	页内偏移量

请回答下列问题。

1）页和页框的大小各为多少字节？进程的虚拟地址空间大小为多少页？

2）假定页目录项和页表项均占 4 字节，则进程的页目录和页表共占多少页？要求写出计算过程。

3）若某指令周期内访问的虚拟地址为 0100 0000H 和 0111 2048H，则进行地址转换时共访问多少个二级页表？要求说明理由。

47.（9 分）某网络拓扑如下图所示，其中路由器内网接口、DHCP 服务器、WWW 服务器与主机 1 均采用静态 IP 地址配置，相关地址信息见图中标注；主机 2～主机 N 通过 DHCP 服务器动态获取 IP 地址等配置信息。

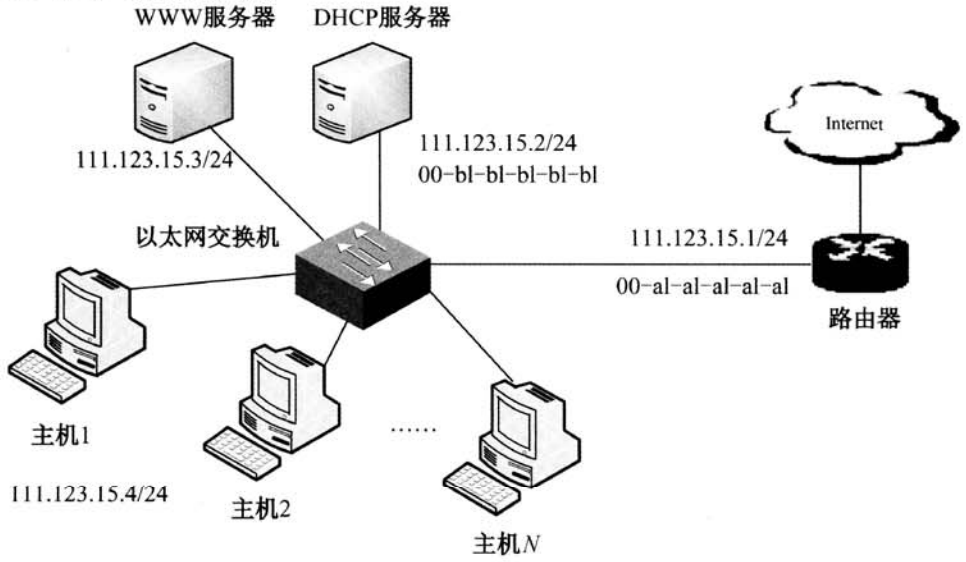

请回答下列问题。

1）DHCP 服务器可为主机 2～主机 N 动态分配 IP 地址的最大范围是什么？主机 2 使用 DHCP 协议获取 IP 地址的过程中，发送的封装 DHCP Discover 报文的 IP 分组的源 IP 地址和目

关注“计算机考研408”公众号获取更多学习资料

的 IP 地址分别是什么？

2）若主机 2 的 ARP 表为空，则该主机访问 Internet 时，发出的第一个以太网帧的目的 MAC 地址是什么？封装主机 2 发往 Internet 的 IP 分组的以太网帧的目的 MAC 地址是什么？

3）若主机 1 的子网掩码和默认网关分别配置为 255.255.255.0 和 111.123.15.2，则该主机是否能访问 WWW 服务器？是否能访问 Internet？请说明理由。

关注“计算机考研408”公众号获取更多学习资料

2015年计算机学科专业基础综合试题参考答案

一、单项选择题

1.	A	2.	B	3.	D	4.	D	5.	D	6.	C	7.	A	8.	C
9.	C	10.	C	11.	A	12.	A	13.	B	14.	D	15.	C	16.	B
17.	B	18.	D	19.	C	20.	B	21.	B	22.	D	23.	B	24.	C
25.	D	26.	B	27.	A	28.	A	29.	B	30.	C	31.	C	32.	C
33.	D	34.	A	35.	B	36.	B	37.	A	38.	C	39.	A	40.	C

1．解析：

递归调用函数时，在系统栈里保存的函数信息需满足先进后出的特点，依次调用了 main(), S(1), S(0)，故栈底到栈顶的信息依次是 main(), S(1), S(0)。

2．解析：

根据二叉树前序遍历和中序遍历的递归算法中递归工作栈的状态变化得出：前序序列和中序序列的关系相当于以前序序列为入栈次序，以中序序列为出栈次序。因为前序序列和中序序列可以唯一地确定一棵二叉树，所以题意相当于“以序列 a, b, c, d 为入栈次序，则出栈序列的个数为多少”，对于 n 个不同元素进栈，出栈序列的个数为 $\frac{1}{n+1}C_{2n}^{n}=14$。

3．解析：

在哈夫曼树中，左右孩子权值之和为父结点权值。仅以分析选项 A 为例：若两个 10 分别属于两棵不同的子树，根的权值不等于其孩子的权值和，不符；若两个 10 属于同棵子树，其权值不等于其两个孩子（叶结点）的权值和，不符。B、C 选项的排除方法一样。

4．解析：

只有两个结点的平衡二叉树的根结点的度为 1，A 错误。中序遍历后可以得到一个降序序列，树中最大元素一定无左子树（可能有右子树），因此不一定是叶结点，B 错误。最后插入的结点可能会导致平衡调整，而不一定是叶结点，C 错误。

5．解析：

画出该有向图图形如下。

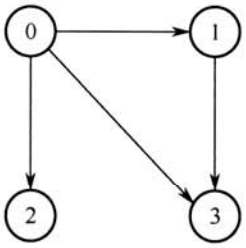

采用图的深度优先遍历，共 5 种可能：$<v_0, v_1, v_3, v_2>$, $<v_0, v_2, v_3, v_1>$, $<v_0, v_2, v_1, v_3>$, $<v_0, v_3, v_2, v_1>$, $<v_0, v_3, v_1, v_2>$，选 D。

6．解析：

从 V_4 开始，Kruskal 算法选中的第一条边一定是权值最小的(V_1,V_4)，B 错误。由于 V_1 和

关注“计算机考研408”公众号获取更多学习资料

V_4已经可达，第二条边含有V_1和V_4的权值为8的一定符合Prim算法，排除A、D。

7．解析：

画出查找路径图，因为折半查找的判定树是一棵二叉排序树，看其是否满足二叉排序树的要求。

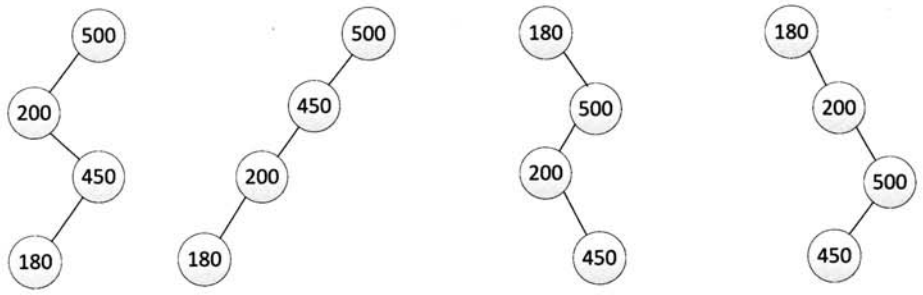

显然，选项A的查找路径不满足。

8．解析：

由题中“失配s[i]≠t[j]时，i=j=5”，可知题中的主串和模式串的位序都是从0开始的（要注意灵活应变）。按照next数组生成算法，对于t有

编号	0	1	2	3	4	5
t	a	b	a	a	b	c
next	−1	0	0	1	1	2

依据KMP算法“当失配时，i不变，j回退到next[j]的位置并重新比较”，当失配s[i]≠t[j]时，i=j=5，由上表不难得出next[j]=next[5]=2（位序从0开始）。从而最后结果应为i=5（i保持不变），j=2。

9．解析：

基数排序的元素移动次数与关键字的初始排列次序无关，而其他三种排序都是与关键字的初始排列明显相关的。

10．解析：

删除8后，将12移动到堆顶，第一次是15和10比较，第二次是10和12比较并交换，第三次还需比较12和16，故比较次数为3次。

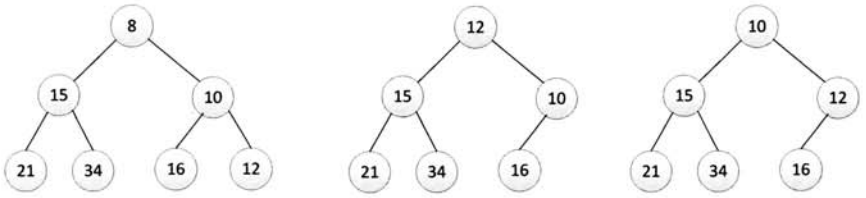

11．解析：

希尔排序的思想是：先将待排元素序列分割成若干子序列（由相隔某个“增量”的元素组成），分别进行直接插入排序，然后依次缩减增量再进行排序，待整个序列中的元素基本有序（增量足够小）时，再对全体元素进行一次直接插入排序。

12．解析：

硬件能直接执行的只能是机器语言（二进制编码），汇编语言是为了增强机器语言的可读性和记忆性的语言，经过汇编后才能被执行。

13．解析：

补码整数表示时，负数的符号位为1，数值位按位取反，末位加1，因此剩下的2个“1”

关注“计算机考研408”公众号获取更多学习资料

在最低位时，表示的是最小整数，为 10000011，转换成真值为-125。

14．解析：

对阶是较小的阶码对齐至较大的阶码，I 正确。右规和尾数舍入过程，阶码加 1 而可能上溢，II 正确，同理 III 也正确。尾数溢出时可能仅产生误差，结果不一定溢出，IV 正确。

15．解析：

直接映射的地址结构如下：

主存字块标记	Cache 字块标记	字块内地址

按字节编址，块大小为 4×32bit = 16B = 2^4B，则“字块内地址”占 4 位；“能存放 4K 字数据的 Cache”即 Cache 的存储容量为 4K 字（注意单位），则 Cache 共有 1K = 2^{10} 个 Cache 行，Cache 字块标记占 10 位；主存字块标记占 32-10-4 = 18 位。

Cache 的总容量包括：存储容量和标记阵列容量（有效位、标记位、一致性维护位和替换算法控制位）。标记阵列中的有效位和标记位是一定有的，而一致性维护位（脏位）和替换算法控制位的取舍标准是看题眼，题目中，明确说明了采用写回法，因此一定包含一致性维护位，而关于替换算法的词眼题目中未提及，所以不予考虑。

从而每个 Cache 行标记项包含 18 + 1 + 1 = 20 位，标记阵列容量为：2^{10}×20 位 = 20K 位，存储容量为：4K×32 位 = 128K 位，则总容量为 128K + 20K = 148K 位。

16．解析：

上述指令的执行过程可划分为取数、运算和写回过程，取数时读取 xaddr 可能不需要访问主存而直接访问 Cache，而写直通方式需要把数据同时写入 Cache 和主存，因此至少访问 1 次。

17．解析：

DRAM 使用电容存储，所以必须隔一段时间刷新一次，如果存储单元没有被刷新，存储的信息就会丢失。SDRAM 表示同步动态随机存储器。

18．解析：

每个访存地址对应的存储模块序号（0, 1, 2, 3）如下所示。

访存地址	8005	8006	8007	8008	8001	8002	8003	8004	8000
模块序号	1	2	3	0	1	2	3	0	0

其中，模块序号 = 访存地址%存储器交叉模块数。

判断可能发生访存冲突的规则是：给定的访存地址在相邻的四次访问中出现在同一个存储模块内。据此，根据上表可知 8004 和 8000 对应的模块号都为 0，即表明这两次的访问出现在同一模块内且在相邻的访问请求中，满足发生冲突的条件。

19．解析：

在同步通信方式中，系统采用一个统一的时钟信号，而不是由各设备提供，否则没法实现统一的时钟。

20．解析：

存取时间 = 寻道时间 + 延迟时间 + 传输时间。存取一个扇区的平均延迟时间为旋转半周的时间，即为(60/7200)/2 = 4.17ms，传输时间为(60/7200)/1000 = 0.01ms，因此访问一个扇区的平均存取时间为 4.17 + 0.01 + 8 = 12.18ms，保留一位小数则为 12.2ms。

21．解析：

在程序中断 I/O 方式中，CPU 和打印机直接交换，打印字符直接传输到打印机的 I/O 端口，不会涉及主存地址，而 CPU 和打印机通过 I/O 端口中状态口和控制口来实现交互。

关注“计算机考研408”公众号获取更多学习资料

22．解析：

内中断是指来自CPU和内存内部产生的中断，包括程序运算引起的各种错误，如地址非法、校验错、页面失效、非法指令、用户程序执行特权指令自行中断（INT）和除数为零等，以上中断都在指令的执行过程中产生的，故A正确。这种检测异常的工作肯定是由CPU（包括控制器和运算器）实现的，故B正确。内中断不能被屏蔽，一旦出现应立即处理，C正确。对于D，考虑到特殊情况，如除数为零和自行中断（INT）都会自动跳过中断指令，所以不会返回到发生异常的指令继续执行，故错误。

23．解析：

外部中断处理过程，PC值由中断隐指令自动保存，而通用寄存器内容由操作系统保存。

24．解析：

考虑到部分指令可能出现异常（导致中断），从而转到核心态。指令A有除零异常的可能，指令B为中断指令，指令D有缺页异常的可能，指令C不会发生异常。

25．解析：

P(wait)操作表示进程请求某一资源，A、B和C都因为请求某一资源会进入阻塞态，而D只是被剥夺了处理机资源，进入就绪态，一旦得到处理机即可运行。

26．解析：

死锁的处理采用三种策略：死锁预防、死锁避免、死锁检测和解除。

死锁预防，采用破坏产生死锁的四个必要条件中的一个或几个，以防止发生死锁。其中之一的“破坏循环等待条件”，一般采用顺序资源分配法，首先给系统的资源编号，规定每个进程必须按编号递增的顺序请求资源，也就是限制了用户申请资源的顺序，故I的前半句属于死锁预防的范畴。

银行家算法是最著名的死锁避免算法，其中的最大需求矩阵MAX定义了每一个进程对m类资源的最大需求量，系统在执行安全性算法中都会检查此次资源试分配后，系统是否处于安全状态，若不安全则将本次的试探分配作废。

在死锁的检测和解除中，在系统为进程分配资源时不采取任何措施，但提供死锁的检测和解除的手段。故II、III正确。

27．解析：

可以采用书中常规的解法思路，也可以采用便捷法。对页号序列从后往前计数，直到数到4（页框数）个不同的数字为止，这个停止的数字就是要淘汰的页号（最近最久未使用的页），题中为页号2。

28．解析：

磁盘和内存的速度差异，决定了可以将内存经常访问的文件调入磁盘缓冲区，从高速缓存中复制的访问比磁盘I/O的机械操作要快很多。

29．解析：

10个直接索引指针指向的数据块大小为10×1KB = 10KB。

每个索引指针占4B，则每个磁盘块可存放1KB/4B = 256个索引指针，一级索引指针指向的数据块大小为256×1KB = 256KB，二级索引指针指向的数据块大小为256×256×1KB = 2^{16}KB = 64MB。

按字节编址，偏移量为1234时，因1234B < 10KB，则由直接索引指针可得到其所在的磁盘块地址。文件的索引结点已在内存中，则地址可直接得到，故仅需1次访盘即可。

偏移量为307400时，因10KB + 256KB < 307400B < 64MB，可知该偏移量的内容在二级索

关注“计算机考研408”公众号获取更多学习资料

引指针所指向的某个磁盘块中，索引结点已在内存中，故先访盘 2 次得到文件所在的磁盘块地址，再访盘 1 次即可读出内容，故共需 3 次访盘。

30．解析：

对各进程进行固定分配时页面数不变，不可能出现全局置换。而 A、B、D 是现代操作系统中常见的 3 种策略。

31．解析：

盘块号 = 起始块号 +⌊盘块号/(1024×8)⌋ = 32 +⌊409612/(1024×8)⌋ = 32 + 50 = 82，这里问的是块内字节号而不是位号，因此还需要除以 8（1 字节 = 8 位），块内字节号 = ⌊(盘块号%(1024×8))/8⌋ = 1。

32．解析：

SCAN 算法就是电梯调度算法。顾名思义，如果开始时磁头向外移动就一直要到最外侧，然后再返回向内侧移动，就像电梯若往下则一直要下到最底层需求才会再上升一样。当期磁头位于 58 号并从外侧向内侧移动，先依次访问 130 和 199，然后再返回向外侧移动，依次访问 42 和 15，故磁头移过的磁道数是：(199−58) + (199−15) = 325。

33．解析：

POP3 建立在 TCP 连接上，使用的是有连接可靠的数据传输服务。

34．解析：

NRZ 是最简单的串行编码技术，用两个电压来代表两个二进制数，如高电平表示 1，低电平表示 0，题中编码 1 符合。NRZI 则是用电平的一次翻转来表示 1，与前一个 NRZI 电平相同的电平表示 0。曼彻斯特编码将一个码元分成两个相等的间隔，前一个间隔为低电平后一个间隔为高电平表示 1；0 的表示正好相反，题中编码 2 符合。

35．解析：

不考虑确认帧的开销，一个帧发送完后经过一个单程传播时延到达接收方，再经过一个单程传播时延发送方收到应答，从而继续发送。要使得传输效率最大化，就是不用等确认也可以连续发送多个帧。设连续发送 n 个帧，一个帧的发送时延为 1000B/128kbps = 62.5ms。对于采用滑动窗口协议的流水线机制，我们有如下公式：链路利用率 = (n×发送时延)/(RTT + 发送时延)。

依题意，有(n×62.5ms)/(62.5ms + 250ms×2)≥80%，得 n≥7.2，帧序号的比特数 k 需要满足 $2^k \geq n+1$。从而，帧序号的比特数至少为 4。

36．解析：

CSMA/CD 适用于有线网络，而 CSMA/CA 则广泛应用于无线局域网。其他选项关于 CSMA/CD 的描述都是正确的。

37．解析：

从本质上说，交换机就是一个多端口的网桥（A 正确），工作在数据链路层（因此不能实现不同网络层协议的网络互联，D 错误），交换机能经济地将网络分成小的冲突域（B 错误）。广播域属于网络层概念，只有网络层设备（如路由器）才能分割广播域（C 错误）。

38．解析：

根据“最长前缀匹配原则”169.96.40.5 与 169.96.40.0 前 27 位匹配最长，故选 C。选项 D 为默认路由，只有当前面的所有目的网络都不能和分组的目的 IP 地址匹配时才使用。

39．解析：

发送窗口的上限值 = min[接收窗口，拥塞窗口]。4 个 RTT 后，乙收到的数据全部存入缓存，不被取走，接收窗口只剩下 1KB（16−1−2−4−8 = 1）缓存，使得甲的发送窗口为 1KB。

关注“计算机考研408”公众号获取更多学习资料

40．解析：

Connection:连接方式，Close 表明为非持续连接方式，keep-alive 表示持续连接方式。Cookie 值是由服务器产生的，HTTP 请求报文中有 Cookie 报头表示曾经访问过 www.test.edu.cn 服务器。

二、综合应用题

41．解答：

1）算法的基本设计思想

算法的核心思想是用空间换时间。使用辅助数组记录链表中已出现的数值，从而只需对链表进行一趟扫描。

因为|data|≤n，故辅助数组 q 的大小为 $n+1$，各元素的初值均为 0。依次扫描链表中的各结点，同时检查 q[|data|]的值，如果为 0，则保留该结点，并令 q[|data|] = 1；否则，将该结点从链表中删除。

2）使用 C 语言描述的单链表结点的数据类型定义

```
typedef struct node {
   int        data;
   struct node    *link;
}NODE;
Typedef NODE *PNODE;
```

3）算法实现

```
void func (PNODE h,int n)
{
    PNODE p=h,r;
    int *q,m;
    q=(int *)malloc(sizeof(int)*(n+1));  //申请 n+1 个位置的辅助空间
    for(int i=0;i<n+1;i++)               //数组元素初值置 0
        *(q+i)=0;
    while(p->link!=NULL)
    {
        m=p->link->data>0? p->link->data:-p->link->data;
        if(*(q+m)==0)                    //判断该结点的 data 是否已出现过
        {
            *(q+m)=1;                    //首次出现
            p=p->link;                   //保留
        }
        else                             //重复出现
        {   r=p->link;                   //删除
            p->link=r->link
            free(r);
        }
    }
    free(q);
}
```

【评分说明】若考生设计的算法满足题目的功能要求且正确，则酌情给分。

4）参考答案所给算法的时间复杂度为 $O(m)$，空间复杂度为 $O(n)$。

【评分说明】若考生所估计的时间复杂度和空间复杂度与考生实现的算法一致，可给分。

42．解答：

1）图 G 的邻接矩阵 A 如下：

关注“计算机考研408”公众号获取更多学习资料

$$A=\begin{bmatrix}0&1&1&0&1\\1&0&0&1&1\\1&0&0&1&0\\0&1&1&0&1\\1&1&0&1&0\end{bmatrix}$$

2）A^2 如下：

$$A^2=\begin{bmatrix}3&1&0&3&1\\1&3&2&1&2\\0&2&2&0&2\\3&1&0&3&1\\1&2&2&1&3\end{bmatrix}$$

0 行 3 列的元素值 3 表示从顶点 0 到顶点 3 之间长度为 2 的路径共有 3 条。

3）B^m（$2\leqslant m\leqslant n$）中位于 i 行 j 列（$0\leqslant i, j\leqslant n-1$）的非零元素的含义是：图中从顶点 i 到顶点 j 长度为 m 的路径条数。

43．解答：

1）程序员可见寄存器为通用寄存器（R0～R3）和 PC。因为采用了单总线结构，因此，若无暂存器 T，则 ALU 的 A、B 端口会同时获得两个相同的数据，使数据通路不能正常工作。

【评分说明】回答通用寄存器（R0～R3），给分；回答 PC，给分；部分正确，酌情给分。设置暂存器 T 的原因若回答用于暂时存放端口 A 的数据，则给分；其他答案，酌情给分。

2）ALU 共有 7 种操作，故其操作控制信号 ALUop 至少需要 3 位；移位寄存器有 3 种操作，其操作控制信号 SRop 至少需要 2 位。

3）信号 SRout 所控制的部件是一个三态门，用于控制移位器与总线之间数据通路的连接与断开。

【评分说明】只要回答出三态门或者控制连接/断开，即给分。

4）端口①、②、③、⑤、⑧须连接到控制部件输出端。

【评分说明】答案包含④、⑥、⑦、⑨中任意一个，不给分；答案不全酌情给分。

5）连线 1，⑥→⑨；连线 2，⑦→④。

【评分说明】回答除上述连线以外的其他连线，酌情给分。

6）因为每条指令的长度为 16 位，按字节编址，所以每条指令占用 2 个内存单元，顺序执行时，下条指令地址为(PC) + 2。MUX 的一个输入端为 2，可便于执行(PC) + 2 操作。

44．解答：

1）指令操作码有 7 位，因此最多可定义 $2^7=128$ 条指令。

2）各条指令的机器代码分别如下：

①“inc R1”的机器码为 0000001 0 01 0 00 0 00，即 0240H。

②“shl R2, R1”的机器码为 0000010 0 10 0 01 0 00，即 0488H。

③“sub R3, (R1), R2”的机器码为 0000011 0 11 1 01 0 10，即 06EAH。

3）各标号处的控制信号或控制信号取值如下：

① 0；② mov；③ mova；④ left；⑤ read；⑥ sub；⑦ mov；⑧ Srout

【评分说明】答对两个给分。

4）指令“sub R1, R3, (R2)”的执行阶段至少包含 4 个时钟周期；指令“inc R1”的执行阶段至少包含 2 个时钟周期。

45．解答：

```
semaphore Full_A = x;            //Full_A 表示 A 的信箱中的邮件数量
```


关注“计算机考研408”公众号获取更多学习资料

```
semaphore Empty_A = M-x;        //Empty_A 表示 A 的信箱中还可存放的邮件数量
semaphore Full_B = y;           //Full_B 表示 B 的信箱中的邮件数量
semaphore Empty_B = N-y;        //Empty_B 表示 B 的信箱中还可存放的邮件数量
semaphore mutex_A = 1;          //mutex_A 用于 A 的信箱互斥
semaphore mutex_B = 1;          //mutex_B 用于 B 的信箱互斥
```

Cobegin

A{
while(TRUE){
P(Full_A);
P(mutex_A);
从 A 的信箱中取出一个邮件;
V(mutex_A);
V(Empty_A);
回答问题并提出一个新问题;
P(Empty_B);
P(mutex_B);
将新邮件放入 B 的信箱;
V(mutex_B);
V(Full_B);
}
}
	B{
	while(TRUE){
	P(Full_B);
	P(mutex_B);
	从 B 的信箱中取出一个邮件;
	V(mutex_B);
	V(Empty_B);
	回答问题并提出一个新问题;
	P(Empty_A);
	P(mutex_A);
	将新邮件放入 A 的信箱;
	V(mutex_A);
	V(Full_A);
	}
	}

【评分说明】

1）每对信号量的定义及初值正确，给分。

2）每个互斥信号量的 P、V 操作使用正确，各给分。

3）每个同步信号量的 P、V 操作使用正确，各给分。

4）其他答案酌情给分。

46．解答：

1）在分页存储管理方式中，将用户程序的地址空间分为若干固定大小的区域，称为“页”或“页面”。相应地，将内存空间分为若干物理块或页框（frame），页和页框大小相同。因此，页和页框大小均为 2^{12}B = 4KB。进程的虚拟地址空间大小为 $2^{32}/2^{12}=2^{20}$ 页。

2）$(2^{10}\times4)/2^{12}$（页目录所占页数）+ $(2^{20}\times4)/2^{12}$（页表所占页数）= 1025 页。

3）需要访问一个二级页表。因为虚拟地址 0100 0000H 和 0111 2048H 的最高 10 位的值都是 4，页目录号相同，访问的是同一个二级页表。

【评分说明】用其他方法计算，思路和结果正确同样给分。

47．解答：

1）DHCP 服务器可为主机 2～主机 N 动态分配 IP 地址的最大范围是：111.123.15.5～111.123.15.254；主机 2 发送的封装 DHCP Discover 报文的 IP 分组的源 IP 地址和目的 IP 地址分别是 0.0.0.0 和 255.255.255.255。

2）主机 2 发出的第一个以太网帧的目的 MAC 地址是 ff-ff-ff-ff-ff-ff；封装主机 2 发往 Internet 的 IP 分组的以太网帧的目的 MAC 地址是 00-a1-a1-a1-a1-a1。

3）主机 1 能访问 WWW 服务器，但不能访问 Internet。由于主机 1 的子网掩码配置正确而默认网关 IP 地址被错误地配置为 111.123.15.2（正确 IP 地址是 111.123.15.1），所以主机 1 可以访问在同一个子网内的 WWW 服务器，但当主机 1 访问 Internet 时，主机 1 发出的 IP 分组会被路由到错误的默认网关（111.123.15.2），从而无法到达目的主机。

关注“计算机考研408”公众号获取更多学习资料